TES GAMBAR:
TES KLASIFIKASI GAMBAR

1

A B C D E

1

A B C D E

1
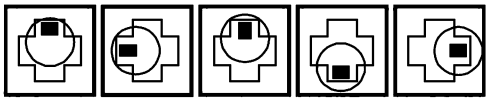
A B C D E

6

A B C D E

1
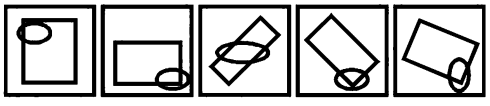
A B C D E

6
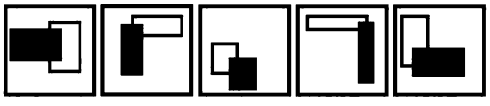
A B C D E

1

A B C D E

8

A B C D E

8

A B C D E

10
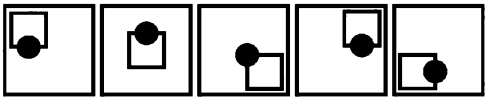
A B C D E

11
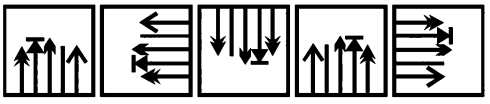
A B C D E

22

A B C D E

11

A B C D E

13
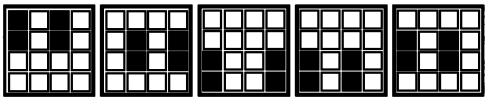
A B C D E

11

A B C D E

18

A B C D E

11

A B C D E

18

A B C D E

18

A B C D E

29

A B C D E

11

A B C D E

22

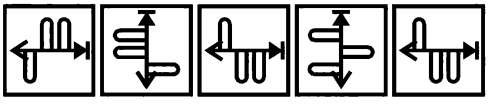

A B C D E

22

A B C D E

22

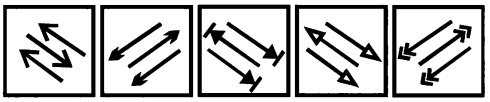

A B C D E

22



A B C D E

26

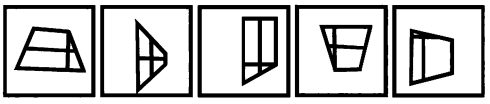

A B C D E

25

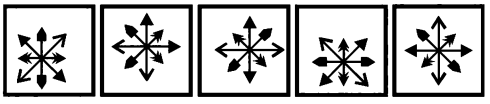

A B C D E

18

A B C D E

29

A B C D E

30

A B C D E

PEMBAHASAN TES GAMBAR

KLASIFIKASI GAMBAR

1

A B C D E

Pembahasan:
Perhatikan 2 buah bintang yang berada di luar lingkaran. Pada semua gambar, salah satu dari kedua bintang berwarna hitam. Pada gambar C kedua bintang berwarna putih.

Jawaban: C

1



A B C D E

Pembahasan:
Perhatikan segitiga hitam di dalam lingkaran. Semua gambar memiliki segitiga dengan jumlah 3, kecuali gambar C yang memiliki 4 segitiga.

Jawaban: C

1

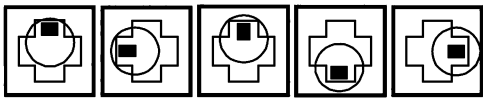

A B C D E

Pembahasan:
Perhatikan bangun persegi panjang berwarna hitam. Pada semua gambar, persegi panjang terletak dengan posisi horizontal/mendatar. Hanya persegi panjang pada gambar C yang terletak dengan posisi vertikal.

Jawaban: C

6

A B C D E

Pembahasan:
Perhatikan garis-garis meyerupai kaki-kaki pada semua gambar. Semua gambar memiliki jumlah kaki sebanyak 5 garis. Sedangkan gambar C hanya memiliki 4 garis.

Jawaban: C

9

A B C D E

Pembahasan:
Pada semua gambar terdiri atas persegi panjang dan elips. Semua elips memotong persegi panjang pada dua sisi. Hanya pada gambar A elips memotong persegi panjang di satu sisi saja.

Jawaban: A

8

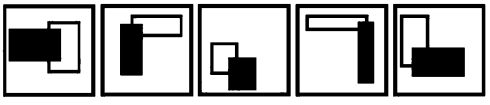

A B C D E

Pembahasan:
Semua bangun persegi panjang berwarna hitam memotong sudut persegi panjang berwarna putih, kecuali gambar A yang memotong bagian sisi persegi panjang putih.

Jawaban: A

9

A B C D E

Pembahasan:
Perhatikan pangkal pada lekukan garis. Semua gambar memiliki bentuk pangkal garis dengan sudut lancip, kecuali gambar B berpangkal siku-siku.

Jawaban: B

8



A B C D E

Pembahasan:
Perhatikan dan hitung jumlah motif '+' pada gambar. Setiap gambar terdiri dari motif '+' dengan jumlah ganjil, kecuali gambar E yang memiliki 8 motif '+'.

Jawaban: E

9

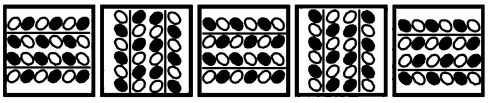

A B C D E

Pembahasan:
Semua gambar merupakan kombinasi oval dengan motif yang tidak sejajar atau saling berlawanan, kecuali gambar C memiliki motif oval yang sejajar.

Jawaban: C

30

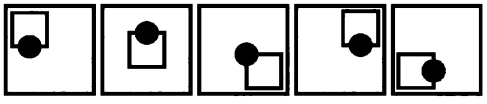

A B C D E

Pembahasan:
Perhatikan lingkaran hitam yang menempel pada persegi. Semua lingkaran melekat pada salah satu sisi persegi, kecuali gambar C dimana lingkaran melekat pada salah satu sudut persegi.

Jawaban: C

11

A B C D E

Pembahasan:
Perhatikan semua bentuk mata panah di setiap gambar. Semua panah pada gambar memiliki bentuk mata panah yang berbeda, kecuali gambar C di mana terdapat 2 bentuk mata panah yang sama.

Jawaban: C

22

A B C D E

Pembahasan:
Setiap persegi memiliki 4 kuadran. Dan semua kuadran berisikan huruf-huruf yang berlainan beserta hasil pencerminannya, kecuali gambar E di mana terdapat huruf 'Z' yang tidak dicerminkan pada salah satu kuadran.

Jawaban: E

11

A B C D E

Pembahasan:
Perhatikan pola anak panah. Pada semua gambar, panah dengan mata berwarna putih menunjuk ke arah panah berwarna hitam. Namun, tidak begitu dengan gambar C di mana panah dengan mata putih menjauhi panah hitam.

Jawaban: C

18

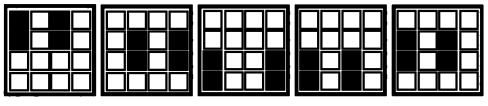

A B C D E

Pembahasan:
Perhatikan 2 pasang kotak hitam pada setiap gambar. Semua gambar memiliki 2 pasang kotak hitam yang berjajar dengan

jarak 1 pasang kotak putih, kecuali gambar C di mana 2 pasang kotak hitam berjajar dengan jarak 2 pasang kotak putih.

Jawaban: C

11

A B C D E

Pembahasan:
Gambar terdiri atas 4 kuadran yang berisikan 4 angka. Pada setiap persegi, jika angka-angka di dalam kuadran dijumlahkan akan menghasilkan nilai 10. Kecuali persegi pada gambar E yang hasil penjumlahan angkanya hanya bernilai 9.

Jawaban: E

18

A B C D E

Pembahasan:
Perhatikan jumlah sisi yang mengitari lingkaran hitam. Semua gambar terdiri atas bangun dengan jumlah sisi genap yakni 6 sisi, kecuali gambar D yang hanya memiliki 5 sisi saja.

Jawaban: D

11

A B C D E

Pembahasan:
Cukup perhatikan lingkaran pada gambar saja. Lingkaran besar dan kecil pada semua gambar hanya bersinggungan pada satu titik. Namun tidak dengan gambar C di mana kedua lingkaran saling berpotongan.

Jawaban: C

18

A B C D E

Pembahasan:
Perhatikan garis siku-siku yang berada di dalam bangun. Garis siku-siku terletak di tepi dari sudut bangun, sedangkan pada gambar B garis siku-siku berada di tengah-tengah bangun.

Jawaban: B

18

A B C D E

Pembahasan:
Semua gambar memiliki sudut lancip pada kedua ujung yang meruncing. Sedangkan pada gambar B sudut runcingnya tampak melengkung.

Jawaban: B

20

A B C D E

Pembahasan:
Perhatikan garis yang menjadi sekat bagi lingkaran kecil di dalamnya. Garis pada semua gambar dibentuk oleh 3 sisi, kecuali gambar D yang tersusun atas 4 sisi.

Jawaban: D

25



A B C D E

Pembahasan:
Semua bentuk pada gambar adalah hasil perputaran huruf 'Z', kecuali gambar E yang merupakan hasil pencerminan huruf 'Z'.

Jawaban: E

22

A B C D E

Pembahasan:
Semua gambar terdapat dua bangun lengkung yang sejajar tanpa jarak, kecuali gambar D di mana bangun lengkung sejajar dengan jarak.

Jawaban: D

22 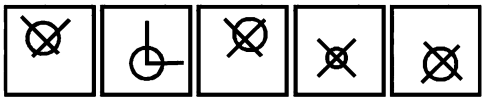

A B C D E

Pembahasan:
Pada semua gambar terdapat 2 garis diagonal yang memotong lingkaran, sedangkan gambar B dipotong oleh garis tegak lurus/vertikal dan horizontal.

Jawaban: B

29 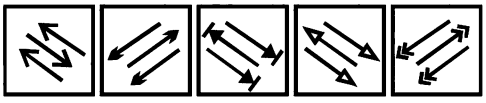

A B C D E

Pembahasan:
Pada semua gambar tersusun atas 1 panah mengarah ke atas dan 2 panah mengarah ke bawah, kecuali gambar A yang tersusun dari 2 panah ke atas dan 1 panah ke bawah.

Jawaban: A

22 

A B C D E

Pembahasan:
Hitunglah perbedaan jumlah lingkaran dari kotak hitam dan putih pada masing-masing gambar. Semua kotak putih memiliki jumlah lingkaran lebih banyak dibanding kotak hitam, kecuali gambar B di mana kotak hitam memiliki lebih banyak lingkaran dibandingkan kotak putih.

Jawaban: B

26 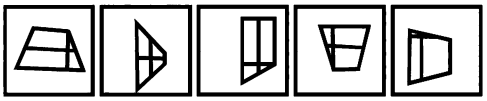

A B C D E

Pembahasan:
Semua gambar adalah bangun trapesium sama kaki, kecuali gambar C merupakan trapesium siku-siku.

Jawaban: C

25 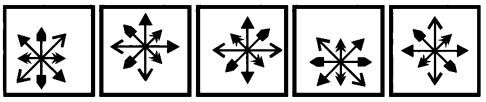

A B C D E

Pembahasan:
Semua panah pada gambar memiliki 2 mata panah yang serupa kecuali gambar B masing-masing panah memiliki mata panah berbeda.

Jawaban: B

18

A B C D E

Pembahasan:
Perhatikan ukuran 3 lingkaran pada masing-masing gambar. Semua gambar tersusun atas 3 lingkaran dengan ukuran yang bervariasi, kecuali gambar D tersusun atas 3 lingkaran yang berukuran sama.

Jawaban: D

29

A B C D E

Pembahasan:
Perhatikan dua garis sejajar yang terdapat pada gambar menyerupai amplop. Semua memiliki garis sama panjang, kecuali gambar B garisnya tidak sama panjang.

Jawaban: B

18

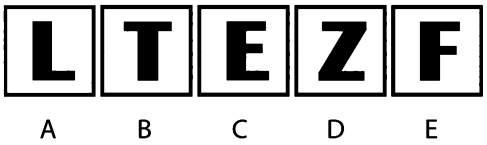

Pembahasan:
Gambar tersusun atas huruf-huruf yang memiliki sudut siku-siku, kecuali gambar D di mana huruf 'Z' tidak memiliki sudut siku-siku.

Jawaban: D