TES GAMBAR:
TES PENALARAN BANGUN RUANG

3

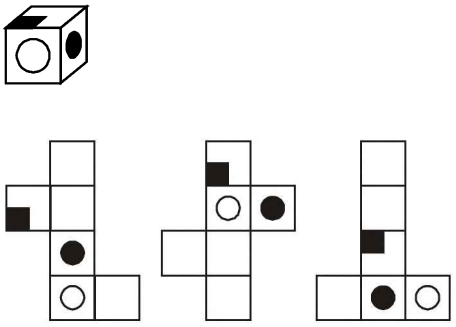

A B C

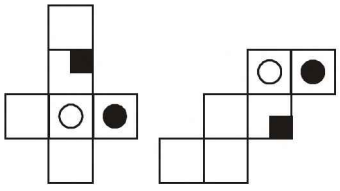

D E

3

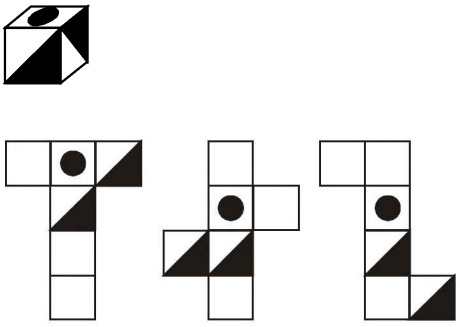

A B C

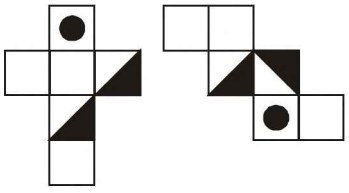

D E

3

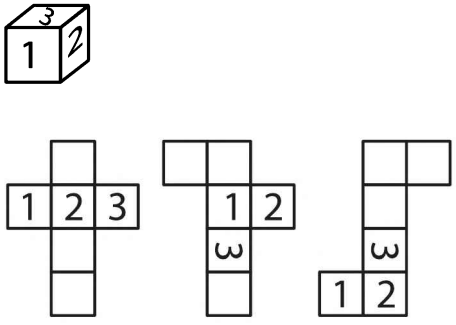

A B C

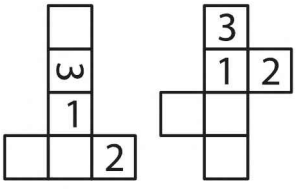

D E

3

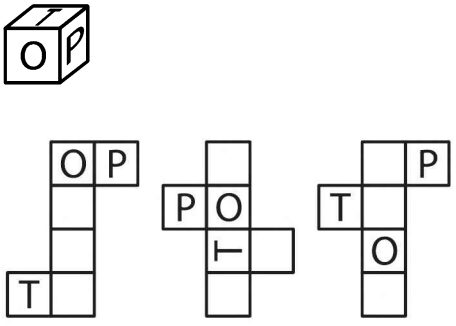

A B C

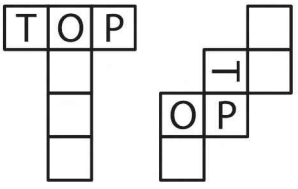

D E

3

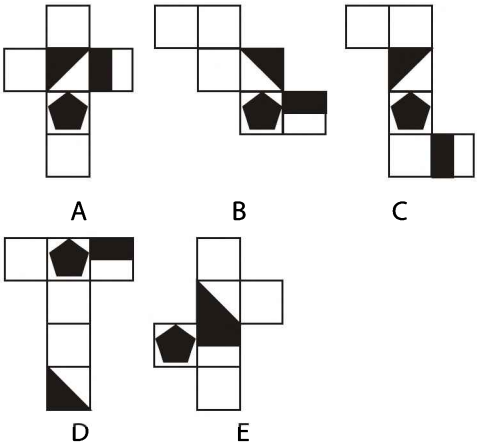

6

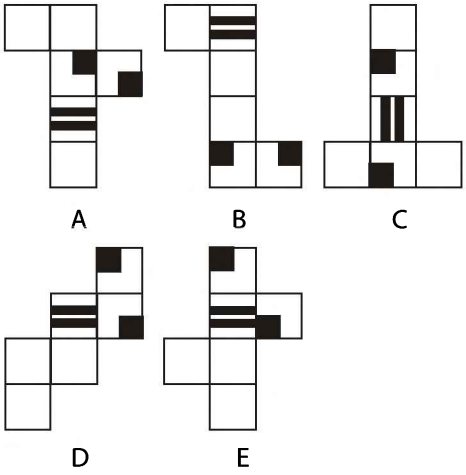

3

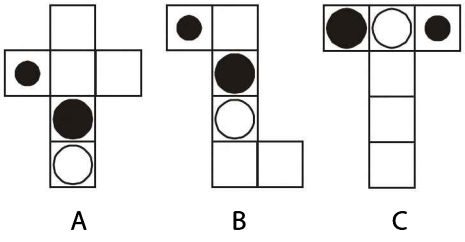

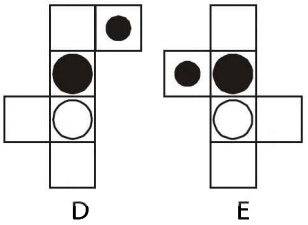

3

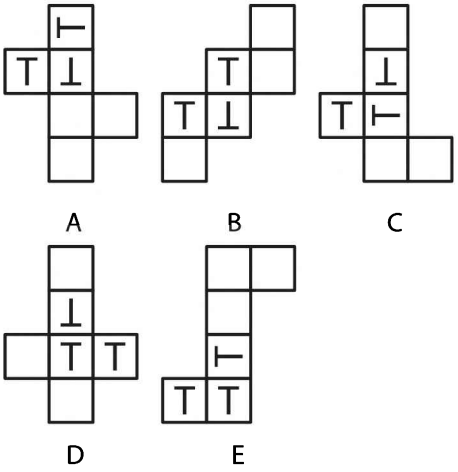

3

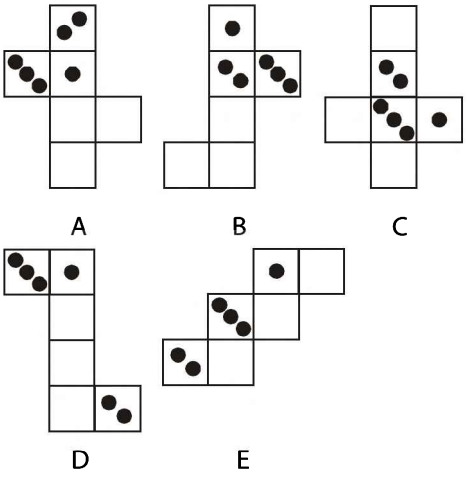

10

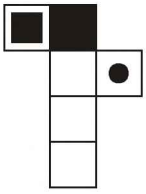

A

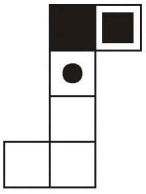

B

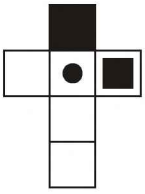

C

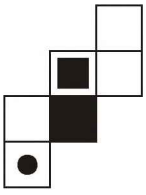

D

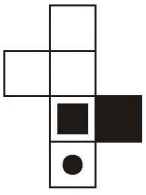

E

13

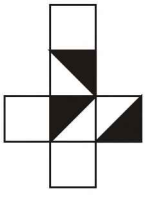

A



B



C

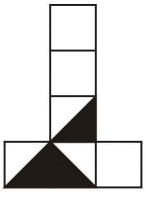

D

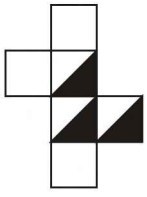

E

13

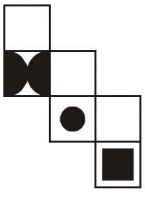

A

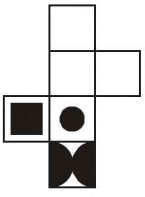

B

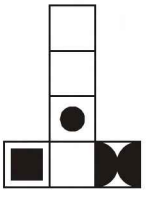

C

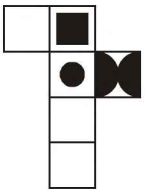

D

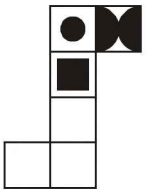

E

13

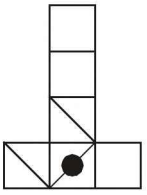

A

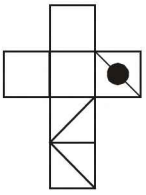

B

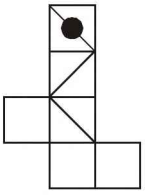

C

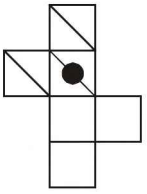

D

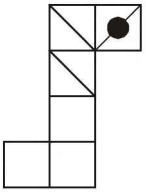

E

14



A



B

C



D



E

13

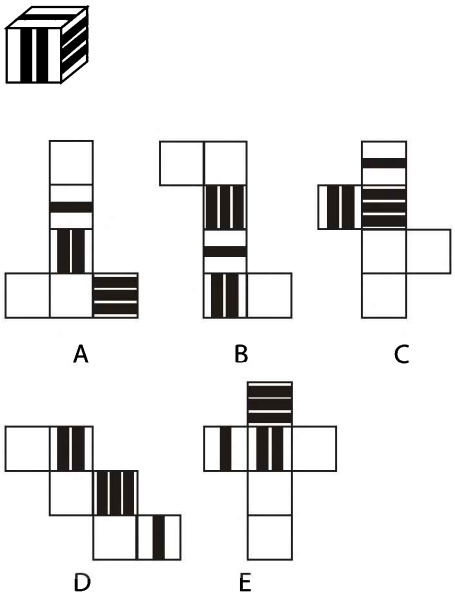

16

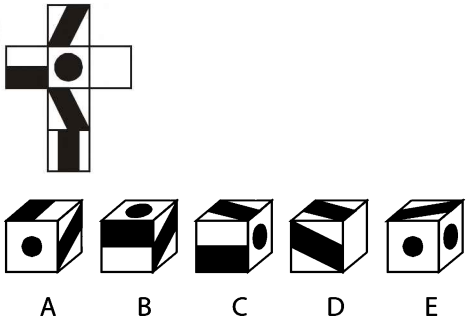

17

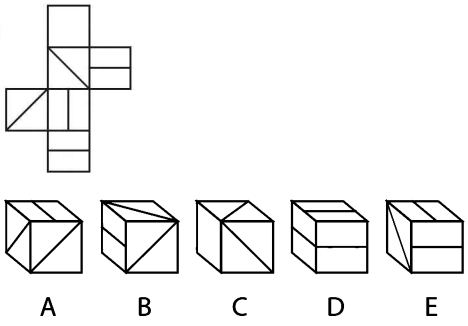

18

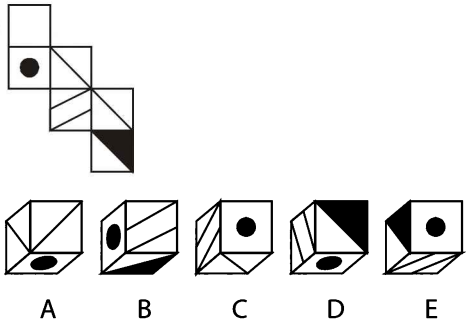

19

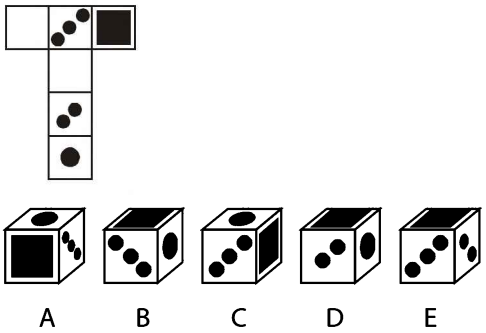

20

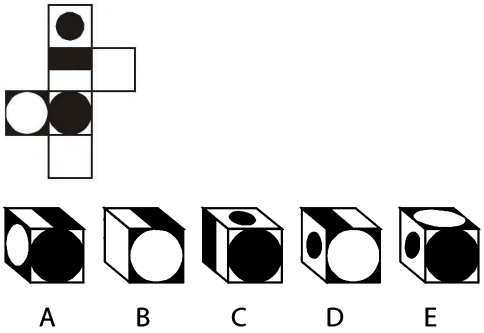

21

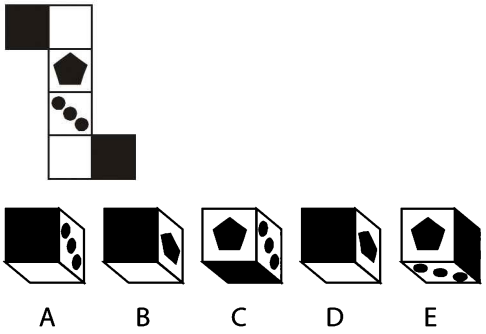

22

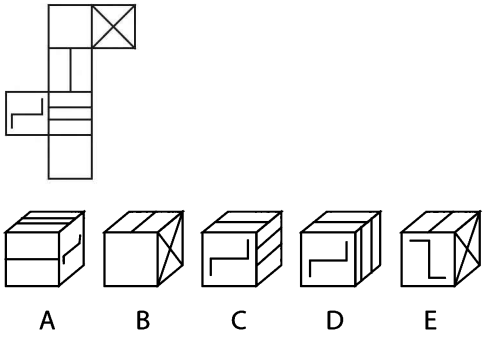

23

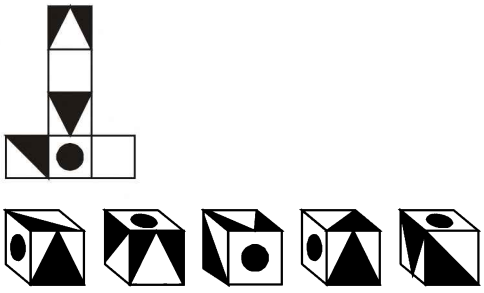

A B C D E

24

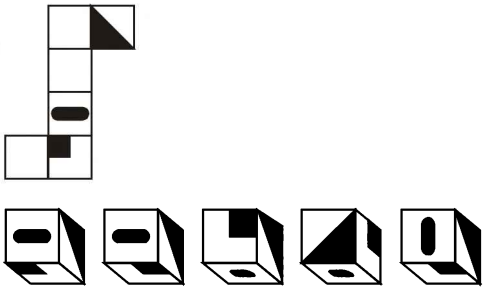

A B C D E

25

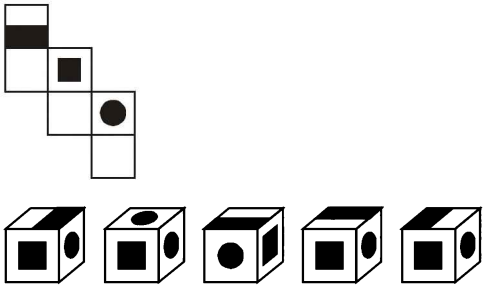

A B C D E

26



A B C D E

27

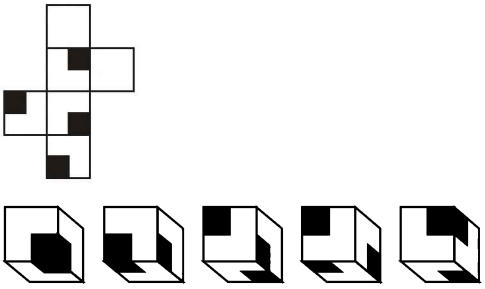

A B C D E

28

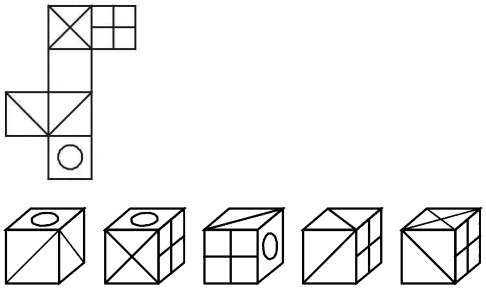

A B C D E

29

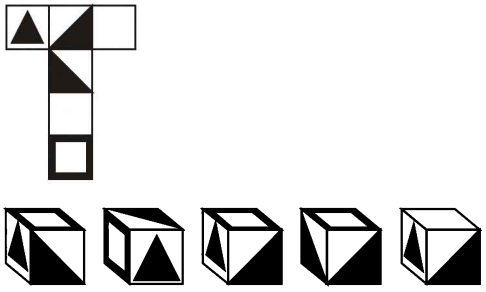

A B C D E

30

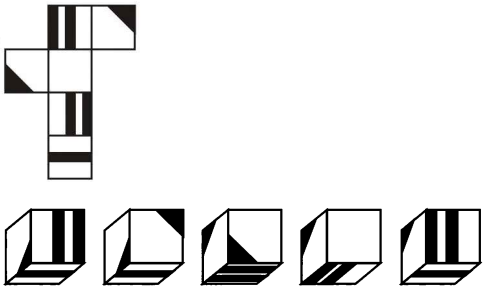

A B C D E

PEMBAHASAN TES GAMBAR
PENALARAN BANGUN RUANG

3

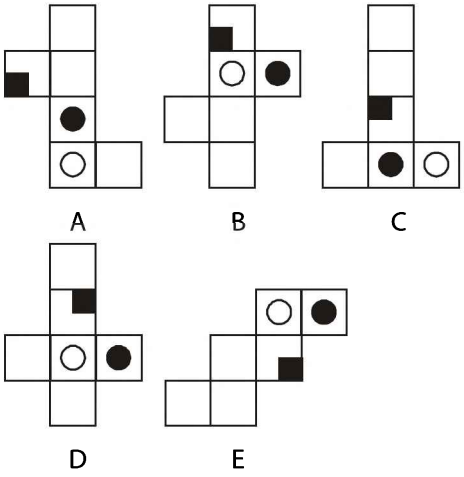

Pembahasan:
Perhatikan gambar di bawah ini:

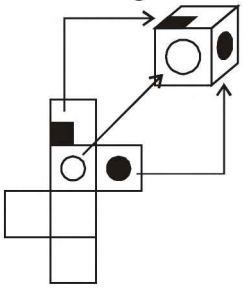

Pada jaring-jaring, sisi bermotif lingkaran putih akan bersampingan dengan sisi bermotif lingkaran hitam. Tutup kubus adalah sisi dengan motif persegi hitam kecil di sudut kiri bawah. Sisi tersebut berada di atas sisi dengan motif lingkaran putih.

Jawaban: B

3

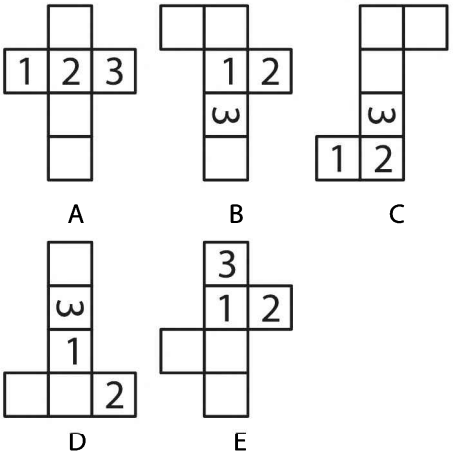

Pembahasan:
Perhatikan gambar di bawah ini:

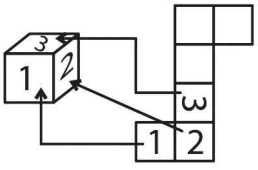

Perhatikan sisi yang bersebelahan kanan dan kiri adalah sisi dengan motif angka '1' dan '2'. Kemudian sisi atap bermotif angka '3' yang bila pada jaring-jaring terlihat dengan posisi tidur (90° ke kanan).

Jawaban: C

3

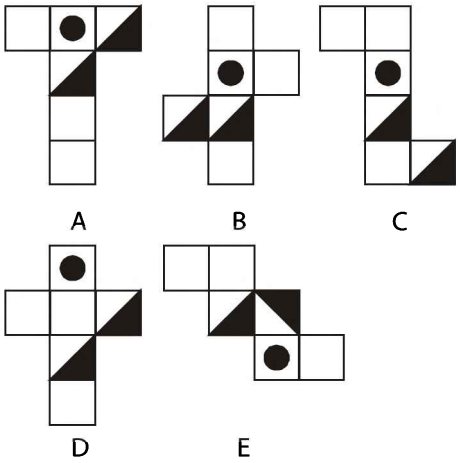

Pembahasan:
Perhatikan gambar berikut ini:

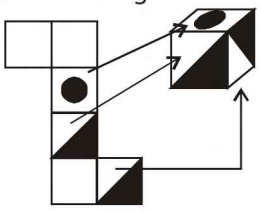

Sisi depan kubus bermotif diagonal hitam putih dengan tutup bermotif lingkaran hitam terlihat pada jaring-jaring. Sisi samping juga memiliki motif diagonal hitam putih. Meskipun pada jaring-jaring terlihat sama, jika dilipat akan menghasilkan motif yang berlainan dengan sisi depan kubus.

Jawaban: C

6

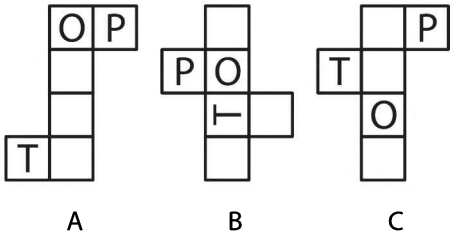

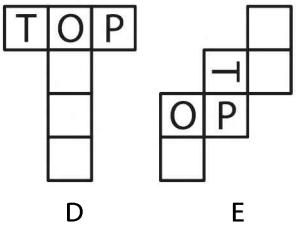

Pembahasan:
Perhatikan gambar berikut ini:

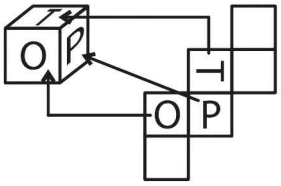

3 sisi bangun membentuk rangkaian huruf 'T', 'O', dan 'P'. Sisi dengan huruf 'O' akan bersampingan dengan huruf 'P' pada jaring-jaring. Sisi dengan huruf 'T' yang diputar 90° berada di atas sisi dengan huruf 'P'. Jika jaring-jaring disatukan, akan tersusun kubus dengan motif seperti pada soal.

Jawaban: E

6

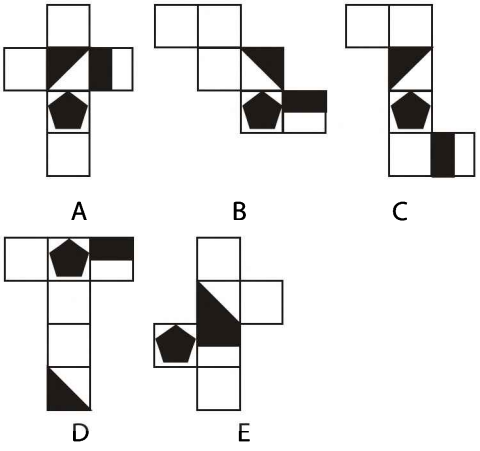

Pembahasan:
Perhatikan gambar berikut ini:

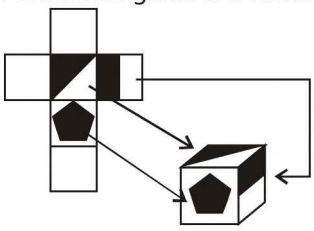

Pertama, tentukan sisi kubus bagian depan, yakni sisi dengan motif segilima. Kedua perhatikan tutup bangun atau sisi bagian atas, yakni sisi bermotif diagonal hitam di atas putih di bawah. Sisi kubus bagian kanan perpaduan motif hitam putih. Jika disatukan, akan terbentuk kubus dengan motif seperti gambar pada soal.

Jawaban: A

6

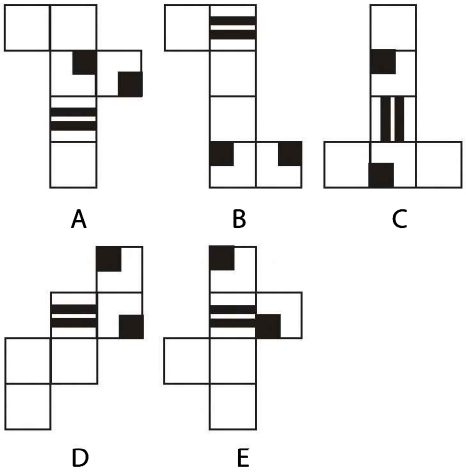

Pembahasan:
Perhatikan gambar berikut ini:

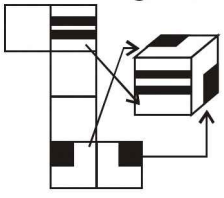

Perhatikan persegi polos bersampingan pada jaring-jaring. Jika sisi dengan motif 2 garis hitam menjadi sisi depan, 2 sisi polos tersebut akan menjadi sisi bawah dan belakang dari bangun kubus. Sedang tutupnya adalah sisi dengan motif persegi hitam di pojok kiri atas. Sedang sisi kanan kubus adalah sisi dengan motif persegi hitam di pojok kanan atas pada jaring-jaring.

Jawaban: B

3

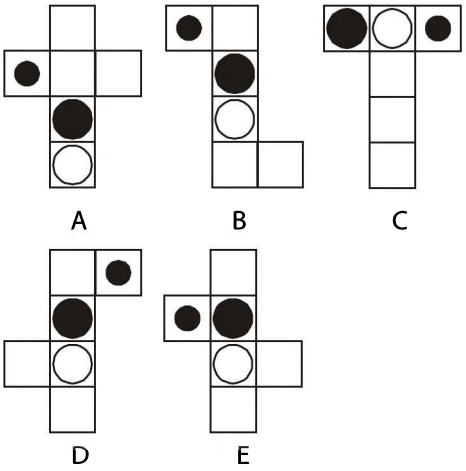

Pembahasan:
Perhatikan gambar berikut ini:

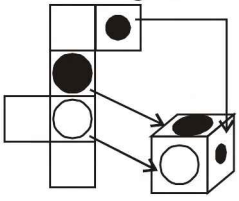

Sisi depan kubus adalah sisi dengan motif lingkaran putih. Di atasnya akan ada sisi dengan motif lingkaran besar berwarna hitam. Karena sisi kanan kubus bermotif lingkaran kecil hitam maka sisi bermotif lingkaran kecil hitam di sebelah kanan pada jaring-jaring.

Jawaban: D

6

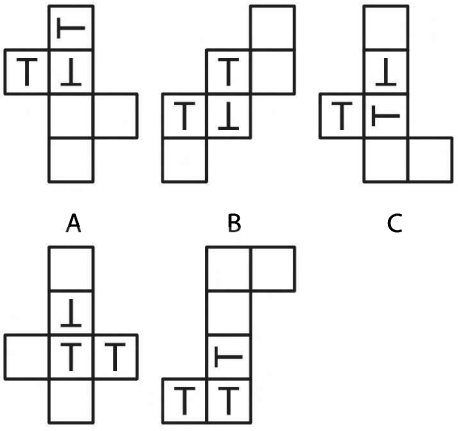

A B C

D E

Pembahasan:
Perhatikan gambar berikut ini:

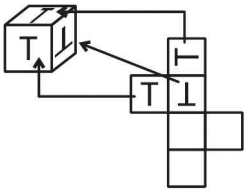

Ketiga sisi pada kubus memiliki motif huruf 'T' dengan beragam posisi. Pertama, cermati dulu sisi bagian depan kubus, yakni sisi dengan motif huruf 'T' normal. Kemudian sisi sebelah kanan adalah sisi bermotif huruf 'T' terbalik maka carilah motif tersebut pada jaring-jaring di sebelah kanan motif 'T' normal. Tinggal sisi bagian atas atau tutup kubus. Yang benar adalah sisi dengan motif huruf 'T' yang diputar 90° ke kiri.

Jawaban: A

9

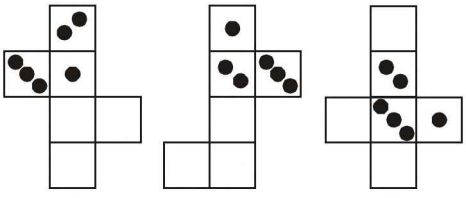

A B C

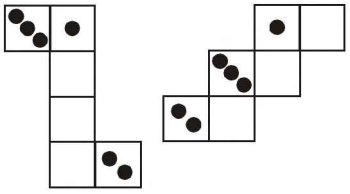

D E

Pembahasan:
Perhatikan gambar berikut ini:

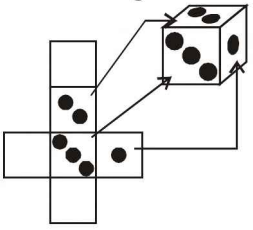

Kubus pada soal menyerupai bentuk mata dadu. Awalnya, tentukan dulu sisi bagian depan kubus, yakni memiliki 3 lingkaran hitam. Lalu, sisi sebelah kanannya dengan satu lingkaran hitam. Tutup kubus memiliki 2 lingkaran hitam dan berada di atas sisi dengan motif 3 lingkaran hitam.

Jawaban: C

10

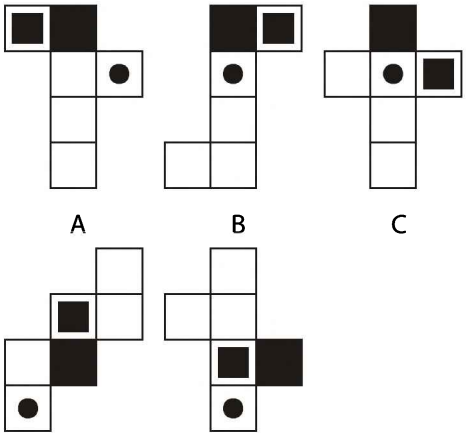

A B C

D E

Pembahasan:
Perhatikan gambar berikut ini:

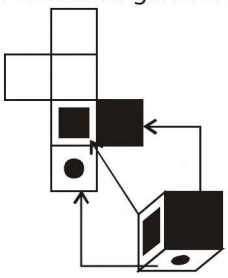

Sisi bagian depan kubus memiliki warna hitam. Setelah itu tentukan sisi bagian kiri dari muka kubus, yakni sisi dengan motif persegi hitam. Kemudian lihat alas kubus. Alasnya bermotif lingkaran kecil berwarna hitam dan pada jaring-jaring terletak di bawah sisi dengan motif persegi hitam yang merupakan sisi kiri bangun kubus.

Jawaban: E

13

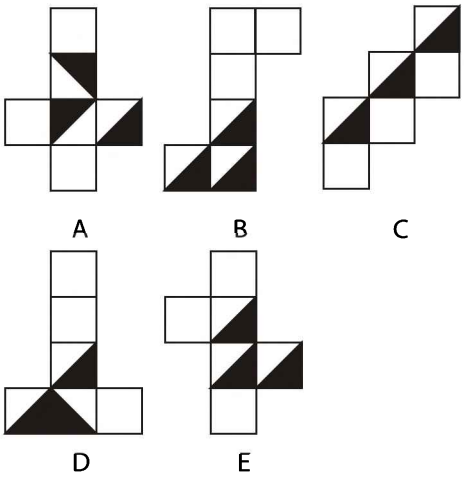

Pembahasan:
Perhatikan gambar berikut ini:

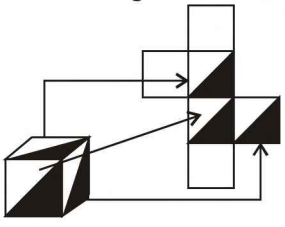

Semua sisi persegi memiliki motif segitiga siku-siku berwarna hitam dengan kemiringan atau diagonal yang sama. Jaring-jaring A dan D jelas bukan jawabannya. Pada kubus, sisi yang tampak adalah sisi sebelah atas, depan, dan kanan. Jadi, pada jaring-jaring akan terlihat sisi depan di bagian tengah, tutup di bagian atas, dan sisi kanan kubus di bagian kanan.

Jawaban: E

13

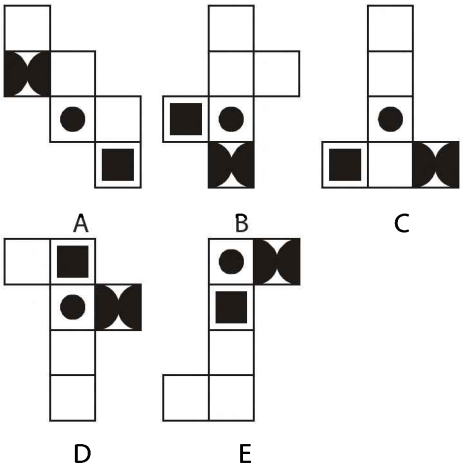

Pembahasan:
Perhatikan gambar berikut ini:

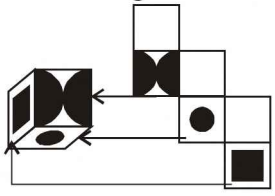

3 sisi yang terlihat dari kubus adalah bagian depan, kiri, dan bawah. Pertama cermati sisi depan kubus, yakni bermotif 2 setengah lingkaran hitam. Kemudian alasanya bermotif lingkaran kecil hitam di bagian tengah, sedangkan sisi bagian kiri memiliki motif persegi hitam. Jika jaring-jaring tersebut disatukan akan diperoleh kubus sesuai dengan soal.

Jawaban: A

14

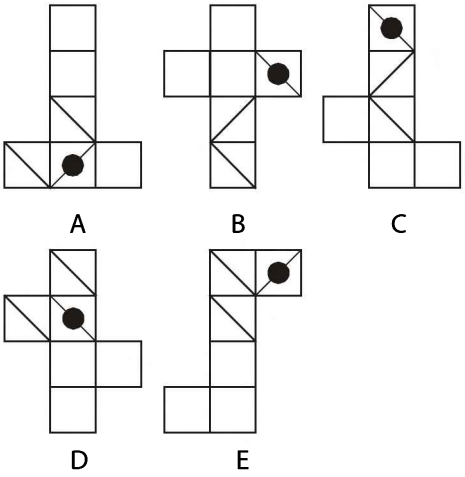

Pembahasan:
Perhatikan gambar berikut ini:

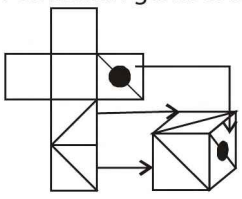

Kubus memiliki sisi garis diagonal dengan terdapat lingkaran kecil di sisi sebelah kanan. Pada jaring-jaring, sisi tersebut juga berada di sebelah kanan. Lalu tentukan sisi bagian depan kubus, yakni sisi dengan motif garis diagonal yang miring ke kanan bawah. Dan di atasnya sisi dengan motif garis diagonal yang miring ke kanan atas.

Jawaban: B

10

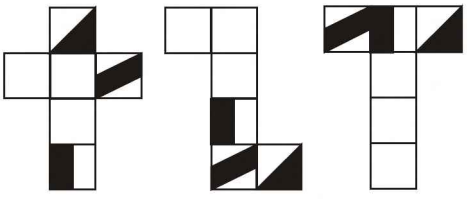

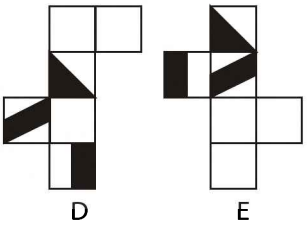

Pembahasan:
Perhatikan gambar berikut ini:

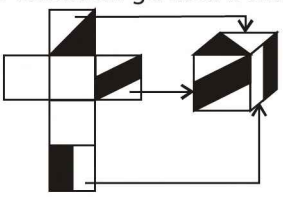

Pertama perhatikan sisi bagian depan kubus bermotif jajaran genjang hitam. Kemudian lipat 4 sisi vertikal pada jaring ke arah kanan untuk menentukan sisi atas dan kanan kubus. Sisi atas bermotif diagonal hitam putih dan kanan perpaduan vertikal hitam putih. Jika jaring disatukan, akan terbentuk kubus seperti pada gambar soal.

Jawaban: A

13

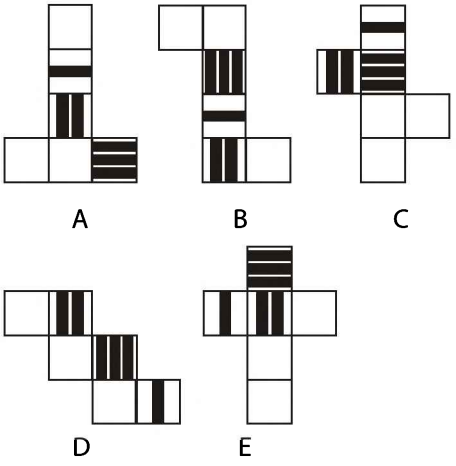

Pembahasan:
Perhatikan gambar berikut ini:

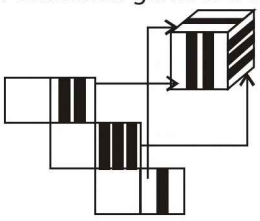

Perhatikan gambar. Cermati sisi bagian depan kubus yang memiliki 2 garis hitam vertikal. Kemudian pada jaring-jaring sisi bagian adalah kotak dengan motif 1 garis vertikal hitam dan jika dilipat akan membentuk sisi dengan motif 1 garis horizontal hitam sebagai tutup kubus. Kemudian sisi bagian kanan bermotif garis vertikal berjumlah 3, jika jaring-jaring dilipat, akan membentuk sisi kubus bagian kanan.

Jawaban: D

16

A B C D E

Pembahasan:
- Bangun A salah, sisi dengan motif lingkaran hitam tidak akan bersebelahan dengan sisi bermotif jajaran genjang yang menurun ke kanan bawah.
- Bangun B salah, jika sisi bermotif horizontal hitam putih berada di muka tidak akan bersebelahan dengan sisi bermotif jajaran genjang di sebelah kanan.
- Bangun C benar, sisi bermotif horizontal putih hitam akan bersebelahan dengan sisi bermotif lingkaran hitam di sebelah kanan jika jaring-jaring disatukan.
- Bangun D salah.
- Bangun E salah.

Jawaban: C

17

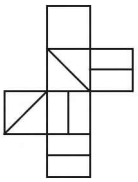

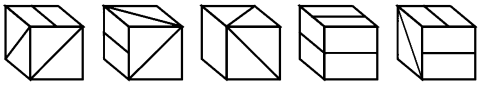

A B C D E

Pembahasan:
- Bangun A salah, jika jaring-jaring disatukan, 2 buah sisi dengan motif garis diagonal akan menjadi sisi kiri dan tutup kubus.
- Bangun B salah, jika jaring-jaring disatukan, sisi sebelah kiri akan memiliki motif garis diagonal yang searah dengan motif diagonal pada sisi muka.
- Bangun C salah, jika jaring-jaring disatukan, sisi sebelah kiri akan memiliki motif garis diagonal yang searah dengan motif diagonal pada sisi muka.
- Bangun D salah, hanya terdapat 2 motif garis mendatar pada jaring-jaring.
- Bangun E benar, sisi muka bermotif garis mendatar (jaring-jaring bagian bawah) akan bersampingan dengan sisi bermotif diagonal dan sisi bermotif garis bertikal sebagai tutup kubus.

Jawaban: E

18

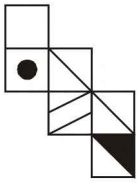

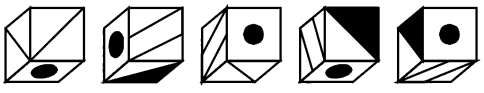

A B C D E

Pembahasan:
- Bangun A salah, pada jaring-jaring motif garis diagonal mengarah ke kanan bawah semua.

- Bangun B benar, jika sisi dengan motif jajarang genjang menjadi sisi depan maka akan bersampingan dengan sisi bermotif lingkaran hitam di samping kiri dan diagonal hitam putih sebagai alas.
- Bangun C salah.
- Bagunn D salah.
- Bangun E salah.

Jawaban: B

19



A B C D E

Pembahasan:

- Bangun A salah, jika sisi bermotif persegi hitam menjadi sisi bagian muka maka harusnya sisi dengan motif 3 lingkaran hitam berada di sebelah kiri.
- Bangun B salah, semua motif lingkaran ada pada satu bagian dan jika jaring-jaring disatukan, semua motif lingkaran akan ada pada 1 keliling bangun.
- Bangun C benar, jika sisi dengan motif 3 lingkaran hitam berada di muka, akan bersampingan dengan sisi bermotif 1 lingkaran hitam sebagai tutup dan motif persegi hitam di sebelah kanan.
- Bangun D salah.
- Bangun E salah.

Jawaban: C

20

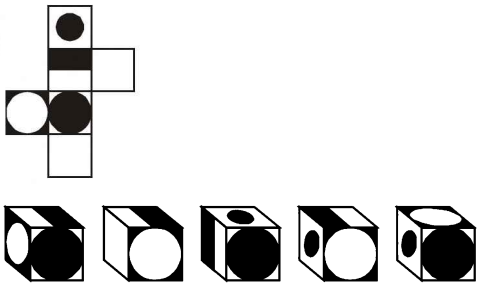

A B C D E

Pembahasan:

- Bangun A salah, sisi tutup seharusnya bermotif vertikal hitam putih.
- Bangun B salah, sisi dengan motif lingkaran putih tidak akan bersampingan dengan sisi bermotif polos/putih.
- Bangun C salah, sisi dengan motif lingkaran hitam besar tidak akan bersampingan dengan sisi bermotif lingkaran hitam kecil.
- Bangun D benar, jika sisi bermotif lingkaran putih menjadi sisi muka maka sisi bermotif lingkaran hitam kecil ada di sebelah kirinya dan sisi bermotif vertikal hitam putih sebagai tutup bangun.
- Bangun E salah.

Jawaban: D

21

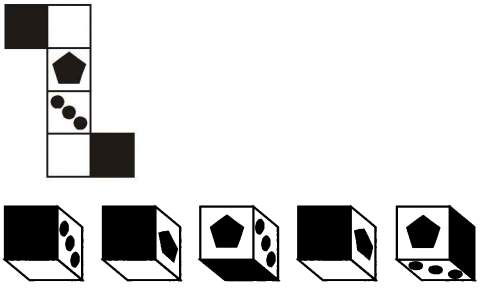

A B C D E

Pembahasan:

- Bangun A salah, jika sisi hitam menjadi muka maka sisi bermotif 3 lingkaran hitam menjadi tutup bangun.
- Bangun B salah, sisi bermotif segi lima seharusnya berada pada posisi terbalik segi limanya.

- Bangun C salah, jika sisi dengan motif segilima menjadi sisi muka, sisi alasnya bukan bermotif hitam.
- Bangun D salah, bangun serupa dengan bangun B.
- Bangun E benar, sisi bermotif segilima di depan bersampingan dengan sisi bermotif 3 lingkaran hitam sebagai alas, dan sisi hitam di sebelah kanan.

Jawaban: E

22

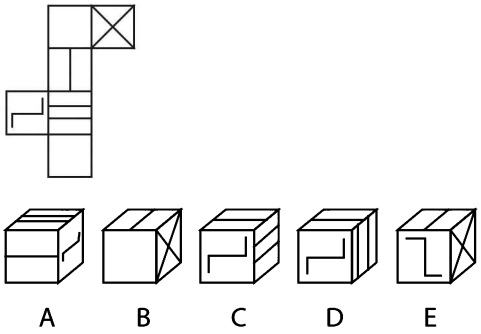

Pembahasan:
- Bangun A salah, sisi dengan motif 1 garis horizontal tidak ada pada jaring-jaring.
- Bangun B salah, jika sisi polos berada di muka, seharusnya sisi bermotif garis vertikal menjadi sisi alas.
- Bangun C benar, jika sisi dengan motif menyerupai garis zig-zag menjadi sisi depan maka sisi dengan motif 1 dan 2 garis horizontal pada jaring-jaring akan menjadi sisi atas dan samping kanan.
- Bangun D salah.
- Bangun E salah.

Jawaban: C

23

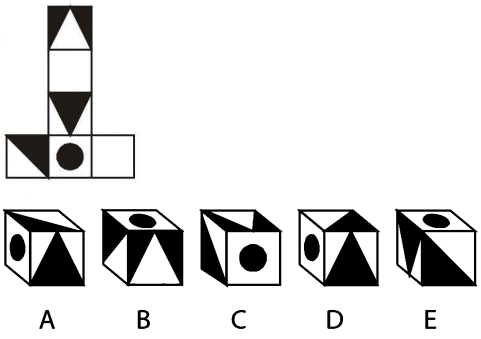

Pembahasan:
- Bangun A salah, motif segitiga hitam sama kaki terbalik.
- Bangun B benar, sisi dengan motif segitiga putih sama kaki akan bersampingan dengan sisi bermotif diagonal hitam putih. Sedangkan sisi bermotif lingkaran hitam menjadi sisi atap bangun.
- Jawaban C salah.
- Jawaban D salah.
- Jawaban E salah.

Jawaban: B

24

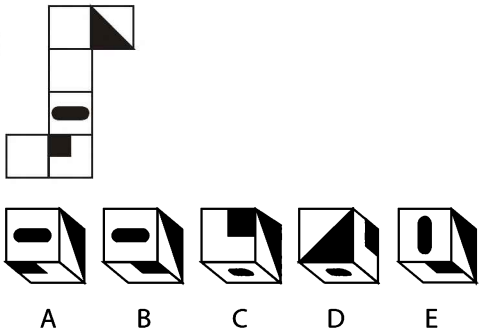

Pembahasan:
- Bangun A benar, jika jaring-jaring disatukan, sisi dengan motif oval hitam di depan akan bersampingan dengan sisi bermotif diagonal hitam putih di sebelah kanan dan sisi bermotif persegi hitam pada sudut sebagai alas.
- Bangun B salah.
- Bangun C salah.
- Bangun D salah.
- Bangun E salah.

Jawaban: A

22

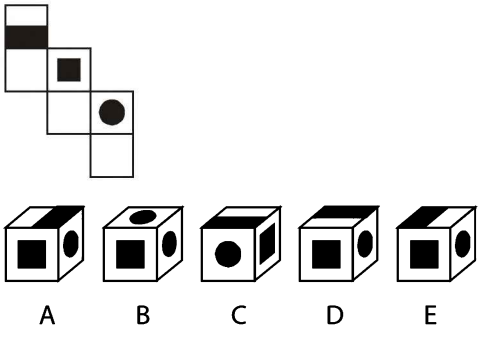

Pembahasan:

- Bangun A salah, warna hitam pada sisi atas seharusnya di sebelah kiri.
- Bangun B, C, dan D salah.
- Bangun E benar, kebalikan dari bangun A. Warna hitam berada di sebelah kiri pada sisi tutup kubus.

Jawaban: E

26



A B C D E

Pembahasan:

- Bangun A salah, jika sisi bermotif 2 lingkaran hitam menjadi sisi muka, seharusnya sisi bagian kiri bermotif 1 lingkaran putih, jadi gambar yang sesuai adalah gambar D.
- Bangun B, C, dan E tidak tepat.

Jawaban: D

27

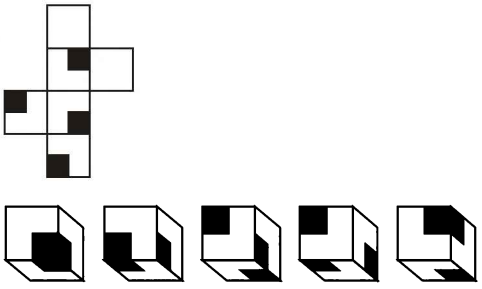

A B C D E

Pembahasan:

- Jika jaring-jaring disatukan, semua motif persegi hitam akan saling berseberangan dan tidak aada yang saling bersentuhan baik sisi maupun sudutnya. Jawaban yang sesuai adalah bangun D.

Jawaban: D

28

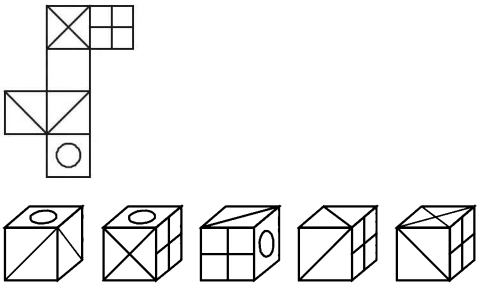

A B C D E

Pembahasan:

- Bangun A salah, sisi bermotif lingkaran akan bersebalahan dengan sisi bermotif garis silang jika menjadi tutup bangun.
- Bangun B benar, sisi bermotif garis silang jika berada di muka akan bersebelahan dengan sisi bermotif lingkaran sebagai tutup dan sisi bermotif 2 garis vertikal horizontal berada di sebelah kanan.
- Bangun C tidak tepat.
- Bangun D tidak tepat.
- Bangun E tidak tepat.

Jawaban: B

29

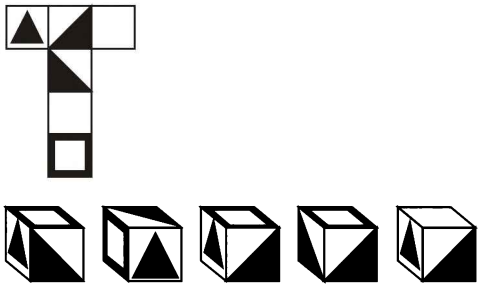

A B C D E

Pembahasan:

- Bangun A salah, jika sisi bermotif diagonal hitam putih miring kanan bawah menjadi sisi muka maka sisi tutupnya adalah sisi diagonal hitam putih miring ke kanan atas.
- Bangun B salah, sisi dengan motif diagonal hitam putih kurang tepat menjadi tutup bangun jika sisi bermotif segitiga hitam berada di muka.

- Bangun C benar, sisi dengan motif diagonal hitam putih jika berada di muka akan bersampingan dengan sisi bermotif segitiga hitam di kiri dan persegi putih sebagai tutup bangun.
- Bangun D dan E salah.

Jawaban: C

30

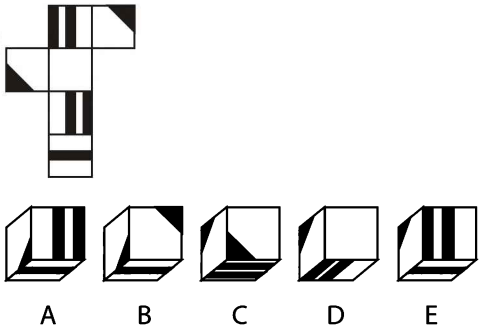

Pembahasan:

- Bangun A benar, jika sisi dengan 2 motif 2 garis hitam di di kanan menjadi sisi muka maka akan bersampingan dengan sisi bemotif segitiga di sudut sebagai sisi kiri dan sisi dengan 1 garis hitam sebagai alas kubus.
- Bangun B, salah.
- Bangun C, kurang tepat.
- Bangun D, belum benar.
- Bangun E, keliru.

Jawaban: A