TES GAMBAR:
TES PERPUTARAN DAN PENCERMINAN

1

A B C D E

1

A B C D E

1

A B C D E

1

A B C D E

1

A B C D E

8

A B C D E

1

A B C D E

8

A B C D E

8

A B C D E

10

A B C D E

11

A B C D E

11

A B C D E

11

A B C D E

10

A B C D E

11

A B C D E

10

Soal A B C D E

11

Soal A B C D E

18

Soal A B C D E

10

Soal A B C D E

10

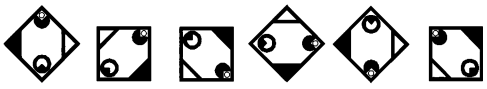

Soal A B C D E

11

Soal A B C D E

23

Soal A B C D E

23

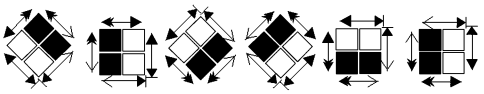

Soal A B C D E

24

Soal A B C D E

23

Soal A B C D E

24

Soal A B C D E

23



Soal A B C D E

24



Soal A B C D E

29

Soal A B C D E

10

Soal A B C D E

PEMBAHASAN TES GAMBAR
PERPUTARAN DAN PENCERMINAN

1

A B C D E

Pembahasan:
Semuanya merupakan hasil perputaran garis panah 90° berlawanan arah jarum jam, kecuali gambar 3 merupakan hasil pencerminan gambar 1. **Jadi, jawaban yang benar adalah C.**

Jawaban: C

1

A B C D E

Pembahasan:
Semuanya merupakan hasil perputaran sebuah bangun sebesar 45° searah jarum jam, kecuali gambar 1 merupakan hasil pencerminan gambar 2. **Jadi, jawaban yang benar adalah A.**

Jawaban: A

1

A B C D E

Pembahasan:
Semuanya merupakan hasil perputaran sebuah bangun sebesar 180° searah jarum jam, kecuali gambar 5 merupakan hasil pencerminan gambar 1. **Jadi, jawaban yang benar adalah E.**

Jawaban: E

8

A B C D E

Pembahasan:
Perhatikan persegi hitam sebagai acuan! Semuanya merupakan hasil perputaran sebuah bangun sebesar 180° berlawanan jarum jam, kecuali gambar 2 merupakan hasil pencerminan gambar 5. **Jadi, jawaban yang benar adalah B.**

Jawaban: B

1

A B C D E

Pembahasan:
Semuanya merupakan hasil perputaran sebuah bangun sebesar 90° searah jarum jam, kecuali gambar 4 merupakan hasil pencerminan gambar 2. **Jadi, jawaban yang benar adalah D.**

Jawaban: D

8

A B C D E

Pembahasan:
Perhatikan persegi hitam sebagai acuan! Semuanya merupakan hasil perputaran sebuah bangun sebesar 45° berlawanan jarum jam, kecuali gambar 1 merupakan hasil pencerminan gambar 5. **Jadi, jawaban yang benar adalah A.**

Jawaban: A

1

A B C D E

Pembahasan:
Perhatikan segitiga hitam sebagai acuan! Semuanya merupakan hasil perputaran sebuah bangun sebesar 90° searah jarum jam, kecuali gambar 3 merupakan hasil pencerminan gambar 1. **Jadi, jawaban yang benar adalah C.**

Jawaban: C

8

A B C D E

Pembahasan:
Perhatikan tanda panah hitam sebagai acuan! Semuanya merupakan hasil perputaran sebuah bangun sebesar 45° berlawanan arah jarum jam, kecuali gambar 5 merupakan hasil pencerminan gambar 2. **Jadi, jawaban yang benar adalah E.**

Jawaban: E

8

A B C D E

Pembahasan:
Perhatikan lingkaran hitam sebagai acuan! Semuanya merupakan hasil perputaran sebuah bangun sebesar 180° berlawanan jarum jam, kecuali gambar 4 merupakan hasil pencerminan gambar 1. **Jadi, jawaban yang benar adalah D.**

Jawaban: D

10

A B C D E

Pembahasan:
Perhatikan mata panah sebagai acuan! Semuanya merupakan hasil perputaran sebuah bangun sebesar 90° berlawanan jarum jam, kecuali gambar 4 merupakan hasil pencerminan gambar 1. **Jadi, jawaban yang benar adalah D.**

Jawaban: D

11

A B C D E

Pembahasan:
Perhatikan panah hitam sebagai acuan! Semuanya merupakan hasil perputaran sebuah bangun sebesar 90° searah jarum jam, kecuali gambar 2 merupakan hasil pencerminan gambar 5. **Jadi, jawaban yang benar adalah B.**

Jawaban: B

11

A B C D E

Pembahasan:
Semuanya merupakan hasil perputaran sebuah bangun sebesar 180° searah jarum jam, kecuali gambar 4 merupakan hasil pencerminan gambar 1. **Jadi, jawaban yang benar adalah D.**

Jawaban: D

23

A B C D E

Pembahasan:
Perhatikan segitiga hitam sebagai acuan! Semuanya merupakan hasil perputaran sebuah bangun sebesar 45° berlawanan jarum jam, kecuali gambar 2 merupakan hasil pencerminan gambar 4. **Jadi, jawaban yang benar adalah D.**

Jawaban: D

10

A B C D E

Pembahasan:
Perhatikan bentuk '+' berwarna hitam sebagai acuan! Semuanya merupakan hasil perputaran sebuah bangun sebesar 270° searah jarum jam, kecuali gambar 3 merupakan hasil pencerminan gambar 2. **Jadi, jawaban yang benar adalah C.**

Jawaban: C

11

A B C D E

Pembahasan:
Perhatikan bentuk '#' berwarna hitam sebagai acuan! Semuanya merupakan hasil perputaran sebuah bangun sebesar 90° searah jarum jam, kecuali gambar 1 merupakan hasil pencerminan ke atas dari gambar 5. **Jadi, jawaban yang benar adalah A.**

Jawaban: A

16

Soal A B C D E

Pembahasan:
Gambar E merupakan hasil rotasi gambar pertama. Sementara gambar lainnya merupakan rotasi dari hasil pencerminan gambar pertama. Cara cepatnya, putar garis panah hingga kedua anak panah menempati bentuk serupa dengan gambar pertama. **Jadi, jawaban yang benar adalah E.**

Jawaban: E

11

Soal A B C D E

Pembahasan:
Gambar A merupakan hasil rotasi gambar pertama. Sementara gambar lainnya merupakan rotasi dari hasil pencerminan gambar pertama. Cara cepatnya, putar bangun prisma segilima hingga menempati bentuk serupa dengan gambar pertama. **Jadi, jawaban yang benar adalah A.**

Jawaban: A

18

Soal A B C D E

Pembahasan:
Gambar C merupakan hasil rotasi gambar pertama. Sementara 4 gambar lainnya merupakan rotasi dari hasil pencerminan gambar pertama. Kunci cepatnya, putar bangun hingga ½ lingkaran hitam menempati bentuk serupa dengan gambar pertama. **Jadi, jawaban yang benar adalah C.**

Jawaban: C

10

Soal A B C D E

Pembahasan:
Gambar E merupakan hasil rotasi gambar pertama. Sementara gambar lainnya merupakan rotasi dari hasil pencerminan gambar pertama. Cara cepatnya, rotasikan bangun tersebut hingga kedua motif bintang menempati bentuk yang serupa dengan gambar pertama. **Jadi, jawaban yang benar adalah E.**

Jawaban: E

10 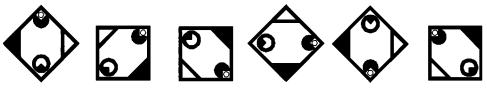

Soal A B C D E

Pembahasan:
Gambar B merupakan hasil rotasi gambar pertama. Sementara gambar lainnya

merupakan rotasi dari hasil pencerminan gambar pertama. Cara cepatnya, perhatikan segitiga hitam dan motif lingkaran. Rotasikan bangun hingga kedua motif tersebut menempati posisi serupa dengan gambar pertama. **Jadi, jawaban yang benar adalah B.**

Jawaban: B

11

Soal A B C D E

Pembahasan:
Gambar B merupakan hasil rotasi gambar pertama. Sementara gambar lainnya merupakan rotasi dari hasil pencerminan gambar pertama. Cara cepatnya, rotasikan bangun hingga kelima motif bangun hitam menempati bentuk yang serupa dengan gambar pertama. **Jadi, jawaban yang benar adalah B.**

Jawaban: B

22

Soal A B C D E

Pembahasan:
Gambar C merupakan hasil rotasi gambar pertama. Sementara gambar lainnya merupakan rotasi dari hasil pencerminan gambar pertama. Kunci cepatnya, rotasikan bangun hingga keempat motif lingkaran menempati bentuk yang serupa (sesuai pada urutannya) dengan gambar pertama. **Jadi, jawaban yang benar adalah C.**

Jawaban: C

22

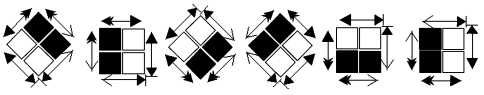

Soal A B C D E

Pembahasan:
Gambar E merupakan hasil rotasi gambar pertama. Sedangkan gambar lainnya adalah rotasi dari hasil pencerminan gambar pertama. Praktisnya, rotasikan bangun hingga semua bentuk panah dan 2 persegi hitam menempati bentuk yang serupa dengan gambar pertama. **Jadi, jawaban yang benar adalah E.**

Jawaban: E

29

Soal A B C D E

Pembahasan:
Gambar D merupakan hasil rotasi gambar pertama. Sementara gambar lainnya merupakan rotasi dari hasil pencerminan gambar pertama. Cara cepatnya, rotasikan gambar hingga motif panah serupa dengan gambar pertama. **Jadi, jawaban yang benar adalah D.**

Jawaban: D

23

Soal A B C D E

Pembahasan:
Gambar A merupakan hasil rotasi gambar pertama. Sedangkan gambar lainnya merupakan rotasi hasil pencerminan gambar pertama. Kuncinya, perhatikan motif oval hitam putih. Rotasikan bangun hingga motif oval dan tepian bintang menempati bentuk yang serupa dengan gambar pertama. **Jadi, jawaban yang benar adalah A.**

Jawaban: A

24



Soal A B C D E

Pembahasan:
Gambar B merupakan hasil rotasi gambar pertama. Sedangkan gambar lainnya merupakan perputaran dari hasil pencerminan gambar pertama. Cara cepatnya, putar bangun semua motif

hitam pada bangun menempati bentuk yang serupa dengan gambar pertama. **Jadi, jawaban yang benar adalah B.**

Jawaban: B

23 

Soal A B C D E

Pembahasan:
Gambar E merupakan hasil rotasi gambar balok pertama. Sedangkan gambar balok lainnya merupakan rotasi hasil pencerminan gambar balok pertama. Kunci cepatnya, rotasikan balok hingga motif lingkaran dan persegi berwarna hitam menempati bentuk serupa dengan gambar pertama. **Jadi, jawaban yang benar adalah E.**

Jawaban: E

24 

Soal A B C D E

Pembahasan:
Gambar A merupakan hasil rotasi gambar pertama. Sedangkan gambar lainnya merupakan rotasi hasil pencerminan gambar pertama. Cara cepatnya, rotasikan bangun hingga semua motif bintang juga persegi panjang hitam menempati bentuk yang serupa dengan gambar pertama. **Jadi, jawaban yang benar adalah A.**

Jawaban: A

29

Soal A B C D E

Pembahasan:
Gambar C adalah hasil perputaran gambar pertama. Sedangkan gambar lainnya merupakan perputaran dari hasil pencerminan gambar pertama. Cara cepatnya, putar bangun hingga semua motif baik segitiga ataupu setengah lingkaran hitam menempati bentuk yang serupa dengan gambar pertama. **Jadi, jawaban yang benar adalah C.**

Jawaban: C

10

Soal A B C D E

Pembahasan:
Gambar B merupakan hasil rotasi dari gambar pertama. Sedangkan gambar lainnya merupakan rotasi hasil pencerminan gambar pertama. Kunci cepatnya, rotasikan bangun hingga motif huruf 'A' hitam putih menempati bentuk yang serupa dengan gambar pertama. **Jadi, jawaban yang benar adalah B.**

Jawaban: B